Запишите число 14.11

Запишите тема урока:

ПЛОЩАДЬ ПАРАЛЛЕЛОГРАММА

Устно (по слайду) повторите теорему о нахождении площади параллелограмма.

ПЛОЩАДЬ ПАРАЛЛЕЛОГРАММА

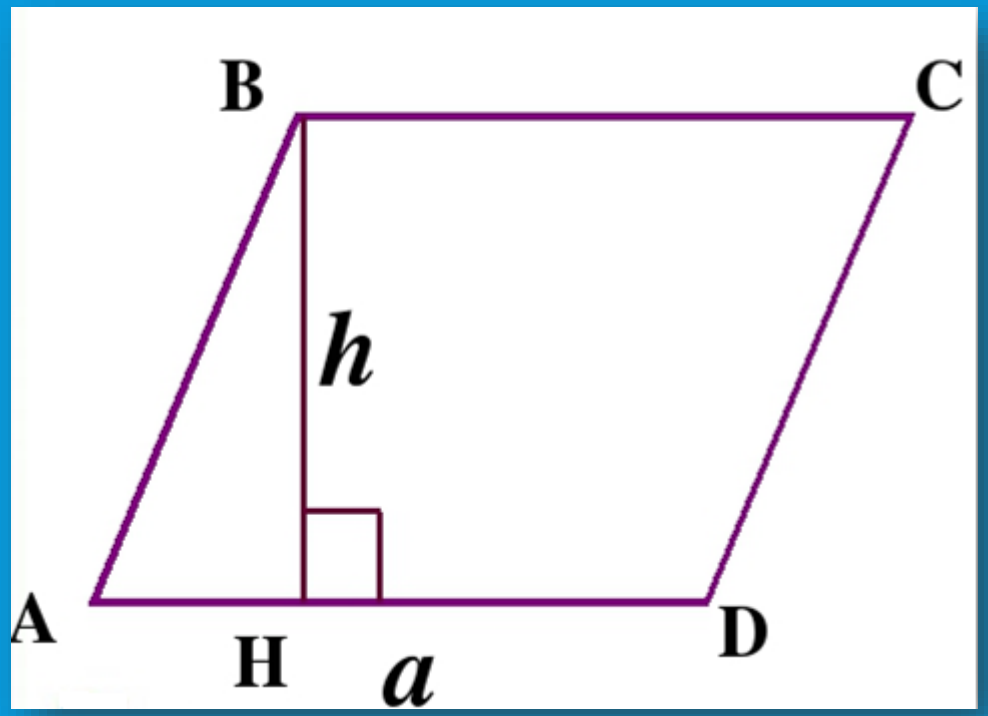

Площадь параллелограмма равна произведению его основания на высоту.

$$S = ah$$

Решить задачу. В тетрадь перенести рисунок, условие задачи отметить на рисунке, краткое решение.

ЗАДАЧА

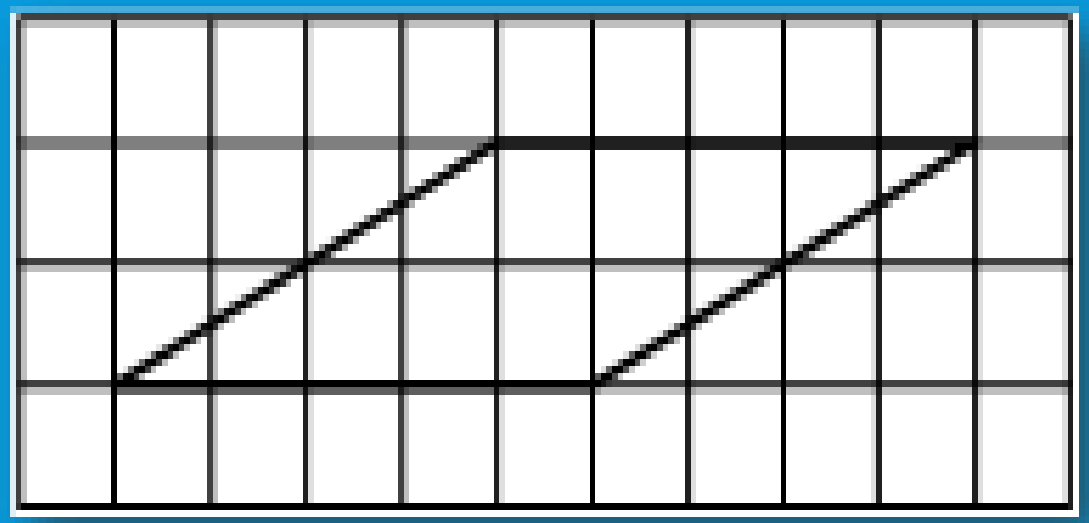

На клетчатой бумаге с размером клетки 1×1 изображён параллелограмм. Найдите его площадь.

Решить задачу. В тетрадь перенести рисунок, условие задачи отметить на рисунке, краткое решение.

ЗАДАЧА

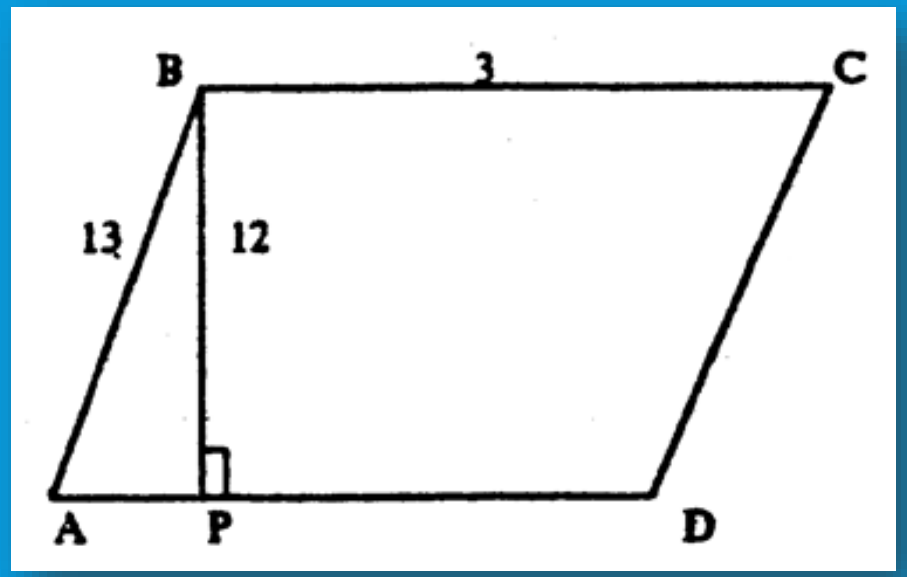

Одна из сторон параллелограмма равна 12, другая равна 13, высота равна 12. Найдите площадь параллелограмма.

Решить задачу. В тетрадь перенести рисунок, условие задачи отметить на рисунке, краткое решение.

ЗАДАЧА

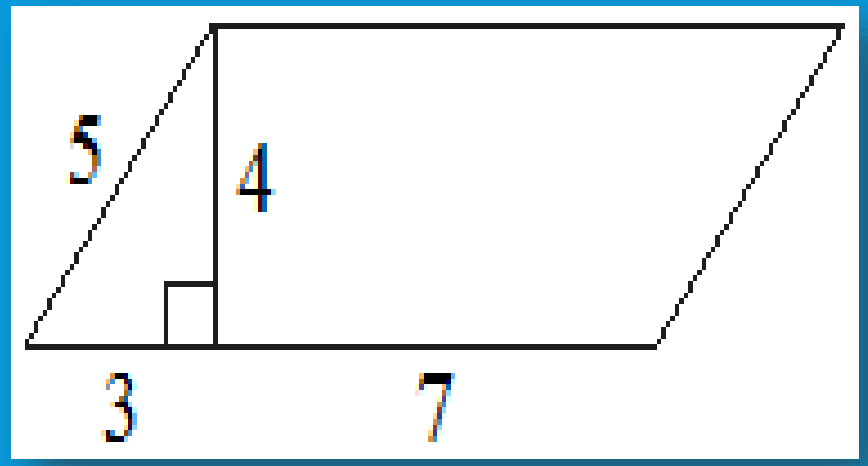

Найдите площадь параллелограмма

Решить задачу. В тетрадь перенести рисунок, условие задачи отметить на рисунке, краткое решение.

ЗАДАЧА

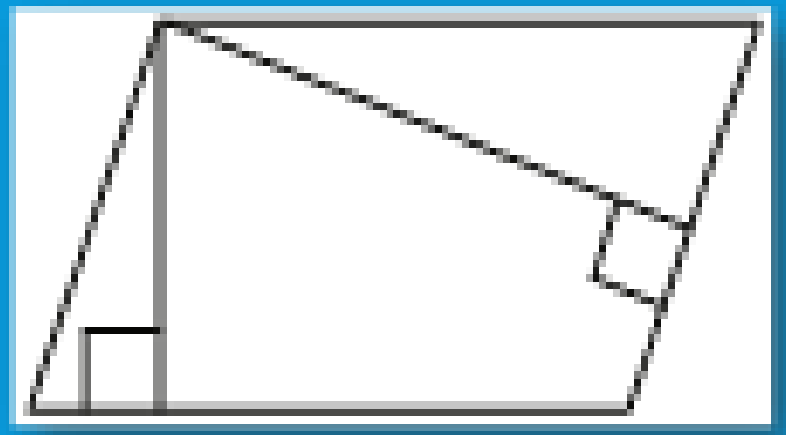

- Площадь параллелограмма равна 40, а две его стороны равны 5 и 10. Найдите его высоты. В ответе укажите большую высоту.

Решить задачу. В тетрадь перенести рисунок, условие задачи отметить на рисунке, краткое решение.

ЗАДАЧА

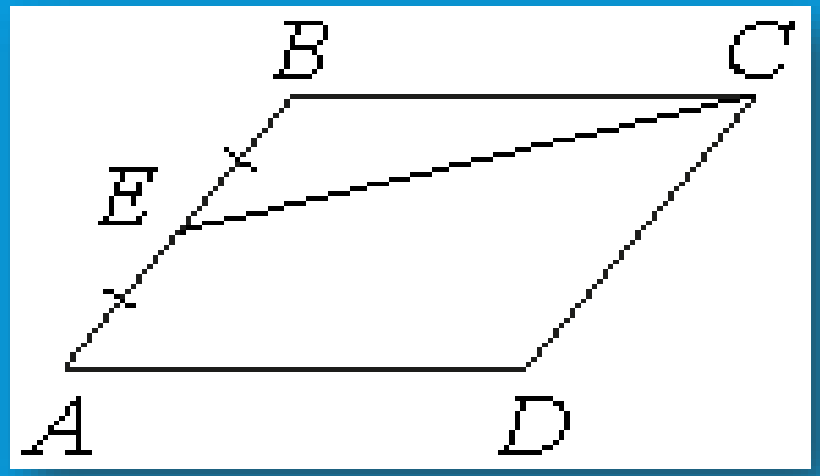

- Площадь параллелограмма *ABCD* равна 60. Точка *E* — середина стороны *AB*. Найдите площадь трапеции *DAEC*

Решить задачу. В тетрадь перенести рисунок, условие задачи отметить на рисунке, краткое решение.

ЗАДАЧА

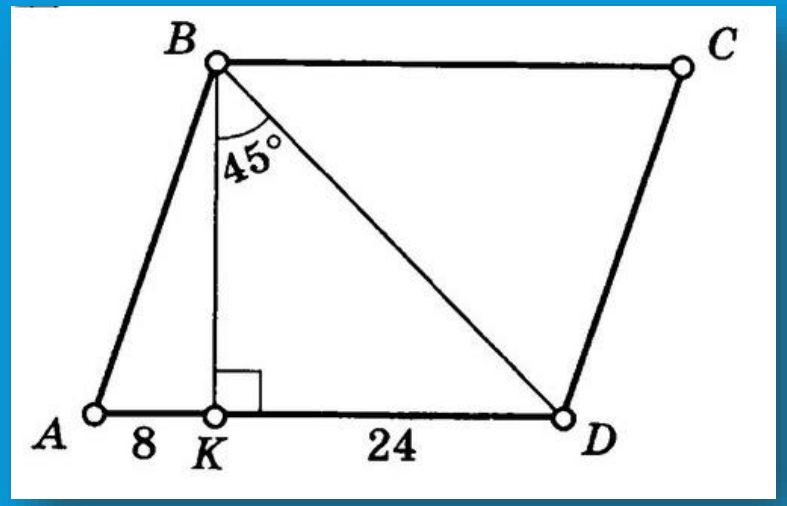

Найти площадь параллелограмма

ДЗ 16.11:

с.146 п.57 повторить формулировку теоремы (площадь параллелограмма).

с.152 №575